【初赛集训】16 模拟考-小低组（2）

单选题(共 15 题)

1.

下列哪个选项的程序，可以让地鼠每隔 1 秒就移到随机位置？

2.运行程序后，角色的面向角度是？（ ）

A60

B75

C105

D120

3.下列哪个选项的程序，可以让老鼠碰到小猫后说“快逃呀~”？

A

当 被点击
重复执行
如果 碰到 小猫 ? 那么
说 真好吃啊
否则
说 快逃呀~

B

当 被点击
重复执行
如果 碰到 小猫 ? 那么
说 快逃呀~
否则
说 真好吃啊

C

当 被点击
重复执行
如果 碰到 甜甜圈 ? 那么
说 真好吃啊
否则
说 快逃呀~

D

4.绘制三角形，下列程序红框处应填入？

A1
B2
C3
D4

5.检验一个数是否是 10 的倍数，则在下列程序空白处将 n 设为？（ ）

A

B

C

D

6.下列哪个选项的运行结果是 true?

A

B

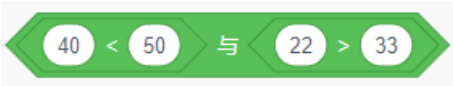

C

D

7.角色初始位置如下图所示，右图是小猫的程序，铃铛没有任何程序。点击绿旗后，舞台上能看到？（ ）



A



B



C



D



8.运行程序后，角色会说？

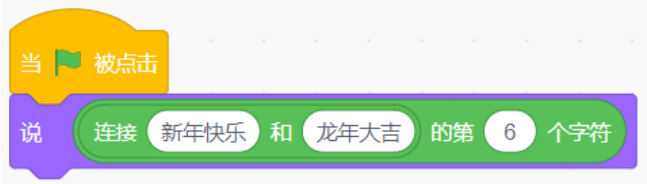

A 龙
B 年
C 大

D 吉

9.默认小猫角色，运行下列程序，几秒钟以后小猫会完全消失？（　）

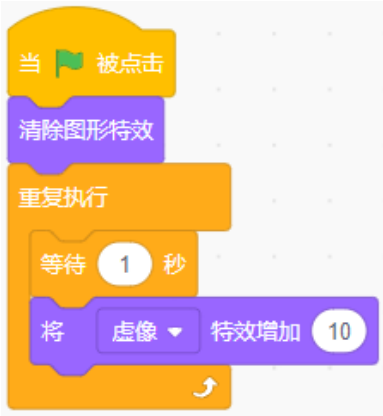

A9
B10
C6
D5

10.小猫的坐标为(0,0)，一个格子的距离是 40，运行下列哪个选项，可以让小猫从黄色格子走到蓝色格子呢？



A

B

C

D

11.声音“歌曲”时长为 4 秒，点击绿旗，等待 3 秒后按下空格键，“歌曲”可以播放多少秒？

A1 秒
B2 秒
C3 秒
D4 秒

12.
程序如下右图所示，在红框处填入下列哪个选项可以实现：当碰到红色，角色说“到达终点”？

A

B

C

D

13.运行下列程序后，变量 a 和变量 b 之间的关系是？（　）

Aa>b
Ba<b
Ca=b
Db 是 a 的 2 倍

14.绘制如下图 1 所示的角色，想得到如下图 2 所示的图案，下列程序中变量 n 最小设置为几?

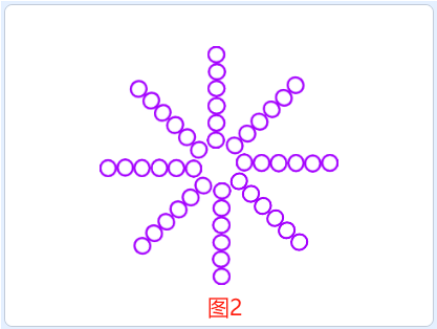

A5
B6
C7
D8

15.运行下列程序后，小猫说出的数字可能是?

A10
B20
C30
D40
判断题(共 5 题)
16.一群小动物正在森林里举行舞会，运行下列程序，当大象村长说完“开始跳舞吧！”之后，大象和小马同时开始跳舞。

A 正确
B 错误

17.分别运行下面两段程序，运行效果是一样的。

A 正确
B 错误

18.多次运行下列程序，角色可能会说出“学编程真有趣！”。

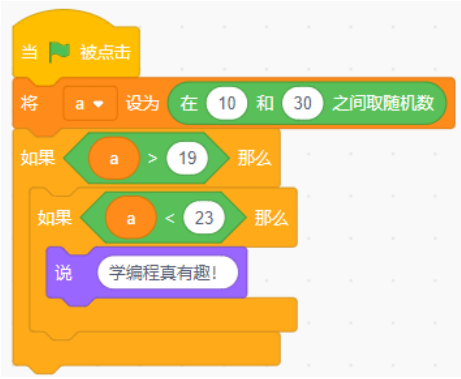

A 正确
B 错误

19.地鼠 1 号的坐标为(-150,60)，地鼠 2 号的坐标为(130,-100)，每行洞口间距为 80，每列洞口间距为 140，可以用下面程序控制地鼠克隆体出现在这九个洞口的随机一个。

A 正确
B 错误

20.小猫初始位置如下图所示，分别运行程序 1 和程序 2，小猫都可以在舞台上左右来回移动。

A 正确

B 错误